
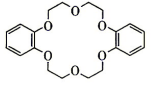
可能用到的相对原子质量:H 1 C 12 N 14 O 16 Mg 24 S 32 Cl 35.5 Cu 64

一、选择题:本题包括16小题,共44分。第1~10小题,每小题2分;第11~16小题,每小题4分。在每小题给出的四个选项中,只有一项是符合题目要求的。

1. "射"乃"六艺"之一。下列选项所涉及材料的主要成分属于合金的是

A. 玉鞢(商)	B. 青铜箭镞(周)	C. 木胎漆弓(战国)	D. 大绒箭囊(清)
			

2. 冠醚的空穴能识别与其半径匹配的碱金属离子。某冠醚(结构如图)能识别K^+,该冠醚

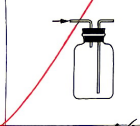
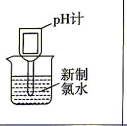
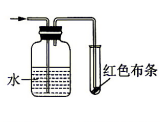


A. 属于芳香烃
B. 能发生取代反应
C. 分子内共有6个碳碳双键
D. 也能识别Li^+

3. 从微观世界的粒子操控,到宏大尺度的宇宙探索,尖端技术和基础材料支撑我国科技发展取得一系列重大成就。下列说法正确的是

A. 锶原子光钟为全球提供"中国时间",锶是第三周期元素
B. 硅阵列探测器是"悟空"号"火眼金睛"的重要组成,单晶硅为分子晶体
C. 可重复使用运载火箭"长征十号甲"搭载液氧煤油发动机,煤油是纯净物
D. 人胆汁酸转运蛋白的"滑梯"式转运机制被揭示,该蛋白质属于有机高分子

4. 以舍勒法生成Cl_2后,利用以下装置进行实验,能够达到预期目的的是

A. 净化、干燥Cl_2	B. 收集Cl_2	C. 验证Cl_2能与水反应	D. 说明Cl_2起漂白作用
			

5. 固态电池是解锁低空经济、人形机器人等"新质生产力"的关键钥匙。下列关于新一代全固态锂电池的说法正确的是

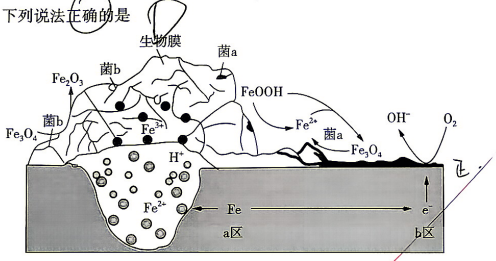
A. 新型Li_7TaO_6陶瓷层中Ta的化合价为+5
B. 核心原料Li_2S的电子式为$Li\cdot\ddot{S}\cdot Li$
C. 放电过程Li^+从正极向负极移动
D. 1 mol ^7Li含质子7 mol

6. 从"烽举燧燔"至"万物互联",人类不断突破时空限制,重塑感知世界和彼此链接的方式。下列说法正确的是

A. 烽烟通信:白昼点燃湿薪以生烟,采用湿薪是为了让燃烧更充分
B. 飞鸽传书:飞鸽脚缚绢帛传信,丝织品绢的主要成分是多糖
C. 数字通信:互联网基石光导纤维的成分是SiO_2,属于酸性氧化物
D. 移动互联:作为6G通信链路关键材料的石墨烯(如图),是乙烯的同系物


石墨烯结构

7. 碳钢作为海洋工程中的常见材料,其电化学腐蚀过程易受微生物影响。某碳钢在混合微生物介质中的腐蚀机理如图所示。下列说法正确的是

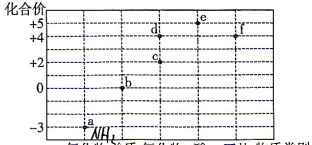


A. a区为正极区
B. b区的电极反应为$O_2-4e^-+4H^+=2H_2O$
C. 菌a、菌b参与的转化过程中,铁元素均被氧化
D. 图中附着于碳钢的混合菌会加速碳钢的腐蚀

8. 劳动创造美好生活。下列劳动项目涉及的相关化学知识表述错误的是

选项	劳动项目	化学知识
A	工人用金刚石刀具精密切削材料	1 mol金刚石含有1 mol C—C
B	校医用84消毒液(有效成分为NaClO)消毒	次氯酸具有强氧化性
C	实验员向配好的$FeSO_4$溶液中加少量铁屑	$2Fe^{3+}+Fe=3Fe^{2+}$
D	质检员抽检市售蒸馏水是否为自来水	$Ag^++Cl^-=AgCl\downarrow$

9. 共价有机骨架常由C、N、O等轻元素构建。部分含C或N或O物质的分类和化合价关系如图。下列推断合理的是



A. 单质b参与反应,均作氧化剂
B. a→c的转化过程,可能为自然固氮
C. c、d、e代表的物质均为电解质
D. f的钠盐,可能由其酸式盐分解制得

10. 设 N_A 为阿伏加德罗常数的值。下列说法正确的是

A. 标准状况下 22.4 L H—C≡C—H 中，含有 σ 键的数目为 $3N_A$

B. 1 mol NO 与 O_2 充分反应，得到 NO_2 的分子数为 N_A

C. 0.1 mol·L^{-1} NH_4Cl 溶液中，NH_4^+ 离子数为 $0.1N_A$

D. 1 mol 稀硝酸与足量 Cu 反应，转移电子的数目为 $3N_A$

11. 下列陈述Ⅰ与陈述Ⅱ均正确，且二者间具有因果关系的是

选项	陈述Ⅰ	陈述Ⅱ
A	钠保存在无水乙醇中	$2Na+2H_2O=2NaOH+H_2\uparrow$
B	浓硫酸能炭化蔗糖并反应放出大量气体	浓硫酸具有脱水性、强氧化性
C	沸点：乙醇小于水	用分液法分离水和乙醇
D	聚乳酸 $HO\left[\overset{O}{\overset{\|\|}{C}}-\underset{CH_3}{\underset{\|}{CH}}-O\right]_nH$ 用作免拆手术缝合线	聚乳酸由加聚反应合成

12. 室温下，用 0.5 mol·L^{-1} Na_2CO_3 溶液进行如下图所示的系列实验。已知 $K_{sp}(CaSO_4)=5\times10^{-5}$，$K_{sp}(CaCO_3)=3\times10^{-9}$。下列说法正确的是

$CaSO_4$ 粉末 $\xrightarrow{\text{加 } Na_2CO_3}$ 浸泡 → 浊液 → X → 滤渣 $\xrightarrow{\text{加稀醋酸}}$ 气泡

A. SO_4^{2-} 的键角大于 CO_3^{2-} 的键角

B. 稀释 Na_2CO_3 溶液，溶液 pH 变大

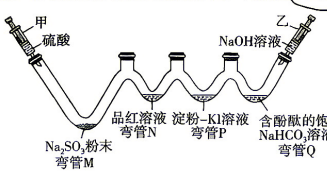
C. 浊液中存在：$c(Ca^{2+})\cdot c(CO_3^{2-})\geqslant3\times10^{-9}$

D. 加入醋酸发生反应的离子方程式：$CaCO_3+2H^+=Ca^{2+}+CO_2\uparrow+H_2O$

13. 下列由结构不能推出对应性质的是

选项	物质的结构	性质
A	Cl 原子的电子层数比 O 原子多	ClO_2 能消毒
B	离子液体中的离子半径大	离子液体的熔点较低
C	O_3 的空间结构为 V 形	O_3 在水中的溶解度比 O_2 大
D	键长：H—Br＜H—I	溴化氢比碘化氢稳定

14. 利用 W 管进行二氧化硫性质一体化实验，装置示意图如下。下列说法不正确的是



SO_2 性质的一体化实验

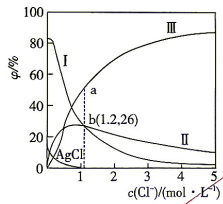
A. 弯管 N 中溶液红色褪去可验证 SO_2 的漂白性

B. 弯管 P 中溶液不变蓝说明氧化性 $SO_2<I_2$

C. 弯管 Q 中红色刚好褪去时，HCO_3^- 恰好完全反应

D. 弯管 M 中固体、甲中溶液分别替换为 Cu 片、浓硝酸，弯管 P 中溶液会变蓝

15. 25 ℃时，AgCl 溶于较浓盐酸形成含银离子：$[AgCl_2]^-$、$[AgCl_3]^{2-}$ 和 $[AgCl_4]^{3-}$，各种含银微粒的分布分数 φ[如 $\varphi([AgCl_2]^-)=\dfrac{n([AgCl_2]^-)}{n_{总}(\text{含 Ag 微粒})}\times100\%$]随 Cl^- 浓度变化的曲线如图所示。下列叙述正确的是



A. 25 ℃时，AgCl 的溶解度随 Cl^- 浓度的增大而减小

B. 盐酸浓度越大，$c([AgCl_2]^-)$ 越大

C. a 点的纵坐标约为 48

D. 体系中，$c(Ag^+)+c(H^+)=c(Cl^-)+c([AgCl_2]^-)+c([AgCl_3]^{2-})+c([AgCl_4]^{3-})+c(OH^-)$

16. “绿色化工”指利用太阳能、风能等清洁电能生产化工品(如图 1)。此理念下，利用某多孔固体电解质反应器(图 2)，电催化 NO_3^- 合成 NH_3，此法制得的 NH_3 作为低碳能源有望成为优异的氢载体。下列说法正确的是

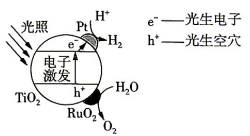


图1 光催化制氢

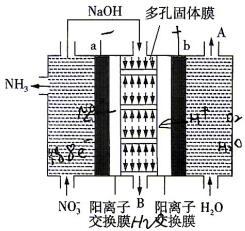


图2

A. 图 1 过程主要涉及化学能转变为电能

B. 图 1 中 h⁺ 作用与还原剂类似

C. 图 2 装置连续工作时无需补充电解液，则 B 为 NaOH

D. 通过多孔固体膜的 NaOH 能阻碍析氢副反应的发生

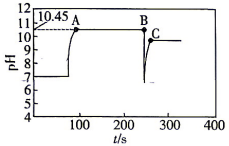
全考卷

二、非选择题：本题共4小题，共56分。

17.（14分）$Mg(OH)_2$因其弱碱性、高吸附性以及对生物和环境无害而被誉为绿色安全的水处理剂。某兴趣小组实验研究$Mg(OH)_2$性质。

Ⅰ. 探究$Mg(OH)_2$碱性、溶解性

（1）25 ℃时，磁力搅拌下向蒸馏水中加入氢氧化镁粉末，B点时向悬浊液中加几滴稀盐酸，至C点再次平衡时体系中仍有固体剩余，pH变化曲线如图所示。



①25 ℃时，$K_{sp}[Mg(OH)_2]=$_____（列出算式无需化简）。

②阐释C点pH小于10.45的原因_____。

Ⅱ. 模拟处理冶炼工业废水（主要含Cu^{2+}）

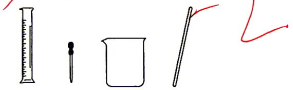
查阅资料得知：我国矿山及湿法冶炼直接排污Cu^{2+}限值为0.5 mg·L^{-1}。

（2）实验准备：向盛有3 mL 0.1 mol·L^{-1} $MgCl_2$溶液的试管中，滴加6滴2 mol·L^{-1} NaOH溶液。

定性探究：取1 mL $Mg(OH)_2$浊液于试管中，滴加4滴0.1 mol·L^{-1} $CuSO_4$溶液，静置，上层为无色清液，底部有_____色沉淀。

甲同学认为处理效果很好，乙同学认为还需进行定量研究。兴趣小组去分析检测机构开展研究性学习。

（3）实验准备：配制250 mL 50 mg·L^{-1} $CuSO_4$溶液，除下列各仪器外，还需要玻璃仪器_____（填名称），需称量$CuSO_4$固体的质量为_____g（保留2位小数）。



（4）定量探究：取上述$Mg(OH)_2$浊液2 mL于试管中，滴加4滴上述50 mg·L^{-1} $CuSO_4$溶液，静置，以原子吸收分光光度计检测上清液中铜离子浓度为1.81 mg·L^{-1}，未达排放标准，欲达标，可_____（填一种做法）。原子吸收分光光度计利用不同元素原子的电子发生_____时会_____特定波长的光，进行定量分析。

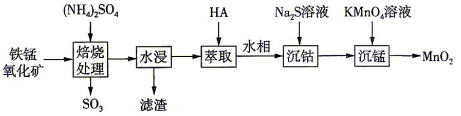
Ⅲ. 回收镁离子

（5）向以$Mg(OH)_2$浊液除铜后的清液中，加入足量Na_2CO_3溶液，过滤洗涤得到固体a。实验确定a的成分。

①取少量固体a，加入_____（补充完成操作并描述现象），证明a中含有$MgCO_3$。

②取一定量粉末a，加入20 mL蒸馏水和几滴酚酞，用盐酸滴定，消耗盐酸V_1 mL；加入几滴甲基橙后继续滴定至_____（填现象），消耗盐酸的体积为V_2 mL，V_1_____V_2（填“>”“<”或“=”），证明a为$MgCO_3$和$Mg(OH)_2$的混合物（已知：$MgCO_3$饱和溶液pH约为10.5）。

18.（14分）利用铁锰氧化矿（主要含MnO_2及Fe、Co、Cu、Si的氧化物）制备MnO_2，流程如下。



已知：①常温下，$K_{a1}(H_2S)=1\times10^{-7}$，$K_{a2}(H_2S)=1\times10^{-13}$，$K_{sp}(CoS)=4\times10^{-21}$。

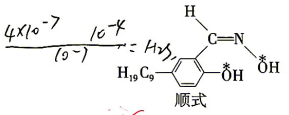
②当离子浓度≤1.0×10^{-5} mol·L^{-1}时，即可认为该离子已沉淀完全。

（1）“焙烧”生成的SO_3可用于制硫酸（写一条）。

（2）基态Mn原子的价层电子轨道表示式为_____，其位于元素周期表的_____区。

（3）“水浸”后所得滤渣中有红棕色固体，其化学式为_____。

（4）“萃取”步骤可回收铜，萃取剂HA的2种构型如图所示（*表示配位原子）。实验测得反式结构与Cu^{2+}形成的CuA_2更稳定，原因为反式结构的空间位阻较小，且_____



（5）“沉钴”时，向萃取除铜后的溶液中滴加Na_2S溶液，调节pH=4时Co^{2+}恰好完全沉淀，此时溶液中$c(H_2S)=$_____mol·L^{-1}。

（6）“沉锰”时，调$MnSO_4$溶液至碱性，加$KMnO_4$溶液制得MnO_2，离子方程式为_____。

（7）某立方晶胞的锰晶体切面图如A所示。设Mn原子的半径为r nm，则A的晶胞体积为_____cm^3。另一种锰晶体晶胞中Mn的配位数为8，在图B中画出该晶胞示意图_____（用小黑球●表示锰原子）。


A


B

金考卷

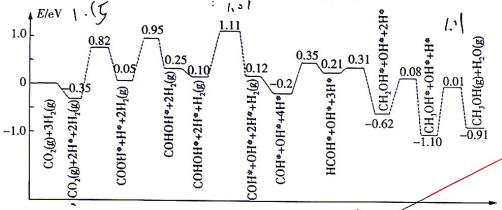
19.（14 分）催化 CO_2 生产甲醇，可实现碳元素的再利用。

主要发生的反应如下：

反应Ⅰ：$CO_2(g)+3H_2(g)\rightleftharpoons CH_3OH(g)+H_2O(g)\quad \Delta H_1$

反应Ⅱ：$CO_2(g)+H_2(g)\rightleftharpoons CO(g)+H_2O(g)\quad \Delta H_2=+36\ kJ\cdot mol^{-1}$

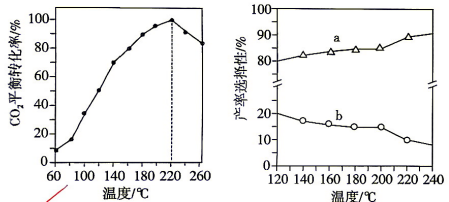
（1）反应Ⅰ的机理历程如图所示（标注“*”的物质吸附在催化剂表面）：



①反应历程中决速步的反应方程式为 $CO_2(g)+2H^*+2H(g)=COOH^*+H^*+2H_2(g)$。

②$CO(g)+2H_2(g)\rightleftharpoons CH_3OH(g)\quad \Delta H=-90\ kJ\cdot mol^{-1}$，则 $\Delta H_1=$ ＿＿＿ $kJ\cdot mol^{-1}$。

（2）向恒容密闭容器中充入混合反应气，发生上述反应Ⅰ、Ⅱ合成甲醇，CO_2 平衡转化率、平衡时含碳产物选择性与温度的关系如下图所示（如 CH_3OH 的选择性 $=\dfrac{n(CH_3OH)}{n(CH_3OH)+n(CO)}\times 100\%$）。



①温度由 220 ℃升高至 260 ℃，CO_2 平衡转化率减小的原因可能为 ＿＿＿